Grupo 1: O Acampamento Geométrico

📖 **Leia com atenção**

No Acampamento "Formas da Natureza", as crianças aprendem geometria observando o mundo ao redor. A barraca de Lia, vista de frente, parece um triângulo. A janela do refeitório é um círculo perfeito. Para o jantar, eles usam pratos quadrados. No lago, há uma pequena ponte que, vista de lado, lembra um trapézio.

1

Lia decorou sua barraca triangular com 4 adesivos em cada um dos 3 lados. Quantos adesivos ela usou no total?



( )A) 9

( )B) 12

( )C) 7

( )D) 10

2

A janela do refeitório é circular. Se uma mosca pousar bem no centro da janela e andar em linha reta até a borda, que forma o caminho dela descreve?



( )A) Um círculo

( )B) Um quadrado

( )C) Uma linha reta (raio)

( )D) Uma onda

3

O prato do jantar é quadrado. Se você colocar um biscoito em cada um dos 4 cantos, quantos biscoitos usará?

( )A) 2

( )B) 3

( )C) 4

( )D) 8

4

A ponte sobre o lago parece um trapézio. Quantos lados paralelos um trapézio geralmente tem?

( )A) 0

( )B) 1

( )C) 2

( )D) 4

5

Se você juntar dois triângulos iguais pela base, qual forma geométrica é mais provável que você forme?



( )A) Um círculo

( )B) Um losango (ou quadrado)

( )C) Um trapézio

( )D) Uma linha

6

Uma toalha de piquenique é formada por 9 quadrados coloridos, 3 em cada fileira. Se a fileira do meio for só de quadrados vermelhos, quantos quadrados vermelhos existem?

( )A) 9

( )B) 6

( )C) 3

( )D) 1

7

Qual das formas mencionadas no texto NÃO tem lados retos?

( )A) Triângulo

( )B) Círculo

( )C) Quadrado

( )D) Trapézio

8

Se um prato quadrado tem 4 lados, quantos pratos são necessários para ter um total de 20 lados?

( )A) 4

( )B) 5

( )C) 6

( )D) 20

9

A professora desenhou um triângulo e um quadrado. Se ela somar o número de lados das duas figuras, qual é o resultado?

( )A) 5

( )B) 6

( )C) 7

( )D) 8

10

Olhando para a figura da ponte (trapézio), qual é a principal diferença entre a parte de cima e a parte de baixo?

( )A) A cor

( )B) O comprimento

( )C) O número de cantos

( )D) Não há diferença

Grupo 2: A Fábrica de Brinquedos Mágica

📖 **Leia com atenção**

Na fábrica do Sr. Cubo, os brinquedos são formas geométricas. As caixas de presente são cubos perfeitos. Os chapéus de festa são cones coloridos. As bolas são esferas saltitantes. E os tambores são cilindros que fazem muito barulho. Todo dia, ele organiza 5 caixas, 8 chapéus, 12 bolas e 6 tambores.

11

Uma caixa de presente tem o formato de um cubo. Quantas faces (lados planos) um cubo tem?

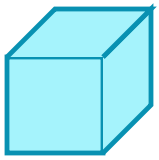

( )A) 4

( )B) 6

( )C) 8

( )D) 12

12

Um chapéu de festa é um cone. Qual forma plana serve como a base de um cone?

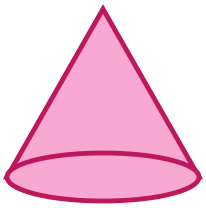

( )A) Quadrado

( )B) Triângulo

( )C) Círculo

( )D) Retângulo

13

As bolas são esferas. Quantos cantos (vértices) uma esfera tem?



( )A) 0

( )B) 1

( )C) 4

( )D) 8

14

Um tambor é um cilindro. Se você olhar para um cilindro de cima, qual forma plana você vê?

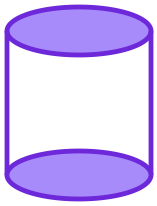

( )A) Círculo

( )B) Quadrado

( )C) Retângulo

( )D) Triângulo

15

Se o Sr. Cubo empilhar 3 caixas cúbicas, uma em cima da outra, a pilha se parecerá com qual forma?

( )A) Um cubo maior

( )B) Uma pirâmide

( )C) Um paralelepípedo (bloco retangular)

( )D) Uma esfera

16

Qual dos brinquedos da fábrica pode rolar mais facilmente em qualquer direção?

( )A) O cubo (caixa)

( )B) O cone (chapéu)

( )C) O cilindro (tambor)

( )D) A esfera (bola)

17

Quantos brinquedos o Sr. Cubo organiza no total todos os dias? (5 caixas + 8 chapéus + 12 bolas + 6 tambores)

( )A) 21

( )B) 26

( )C) 31

( )D) 35

18

Se você "desmontar" um cilindro (tambor), você terá dois círculos e qual outra forma?

( )A) Um triângulo

( )B) Um retângulo

( )C) Outro círculo

( )D) Um quadrado

19

Qual brinquedo tem exatamente uma ponta (vértice)?

( )A) O cubo

( )B) A esfera

( )C) O cone

( )D) O cilindro

20

Se o Sr. Cubo vender todas as 12 bolas e 3 das 5 caixas, quantos brinquedos sobram na prateleira?

( )A) 14

( )B) 16

( )C) 20

( )D) 31